evropský sociální fond v ČR
EVROPSKÁ UNIE
MINISTERSTVO ŠKOLSTVÍ, MLÁDEŽE A TĚLOVÝCHOVY
OP Vzdělávání pro konkurenceschopnost
INVESTICE DO ROZVOJE VZDĚLÁVÁNÍ

Pracovní list č. 2

Geometrie – geometrické místo bodů dané vlastnosti - 8. ročník

jméno a příjmení:……

1. Jeden z úhlů vytvořených různoběžkami **a, b** má velikost 80°. Sestroj všechny kružnice o poloměru 20 mm, které se přímek a**,b** dotýkají

2. Je dána kružnice k (S: 2,8 cm) a bod A tak, že / SA / = 4,3 cm. Sestroj tečny z bodu A ke kružnici k.

3. Je dána přímka p a bod A od ní vzdálený 4 cm. Sestroj kružnici k o poloměru 3 cm, která prochází bodem A a dotýká se přímky p.

4. Narýsuj kružnici k (S: 2,1 cm) a vyznač bod B tak, aby $|SB| = 5$ cm. Sestroj tečny bodem B ke kružnici k a vypočítej vzdálenost bodu B od dotykových bodů těchto tečen.

Výsledky:

1. Jeden z úhlů vytvořených různoběžkami **a, b** má velikost 80°. Sestroj všechny kružnice o poloměru 15 mm, které se přímek **a, b** dotýkají

2. Je dána kružnice k (S: 2,8 cm) a bod A tak, že / SA / = 4,3 cm. Sestroj tečny z bodu A ke kružnici k.

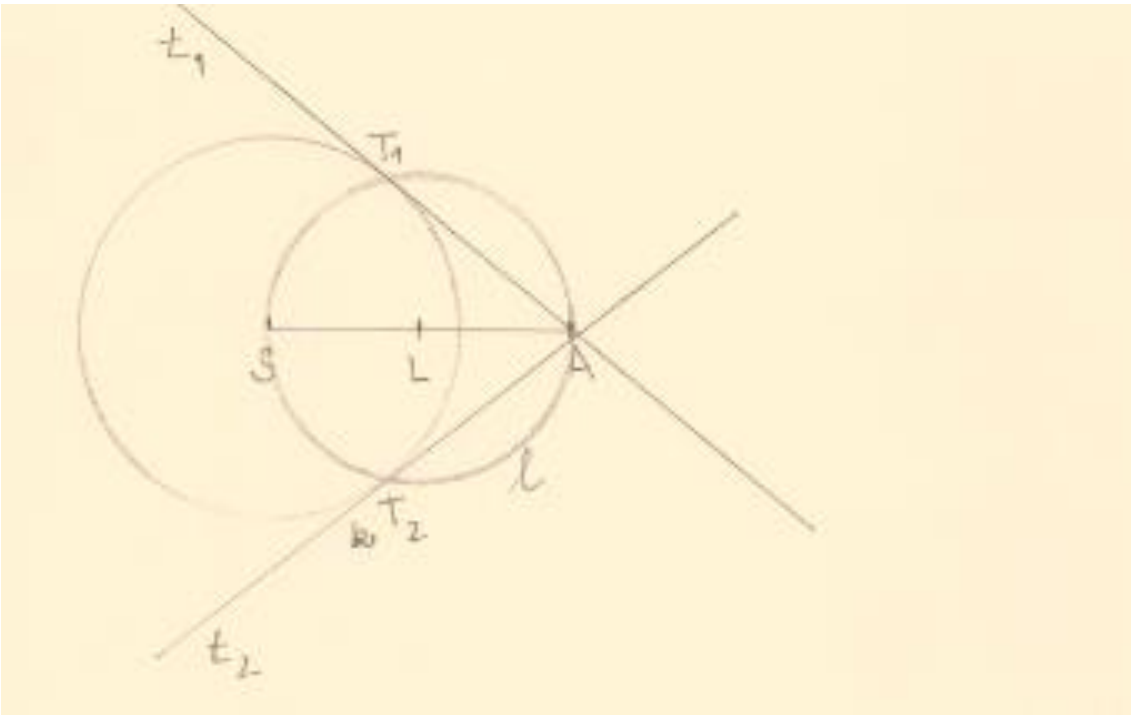

3. Je dána přímka p a bod A od ní vzdálený 4 cm. Sestroj kružnici k o poloměru 3 cm, která prochází bodem A a dotýká se přímky p.

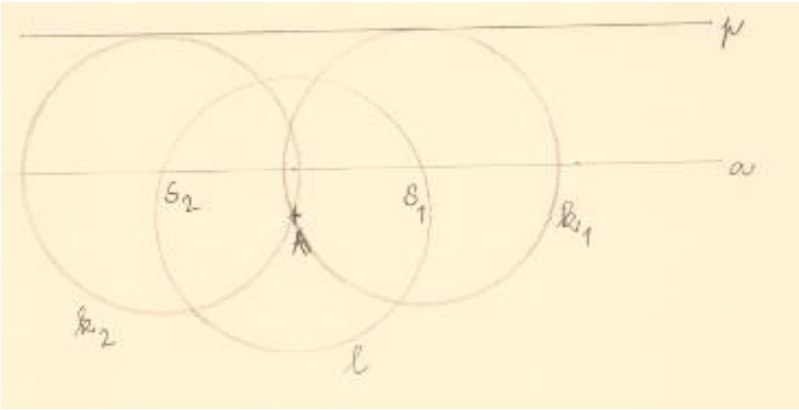
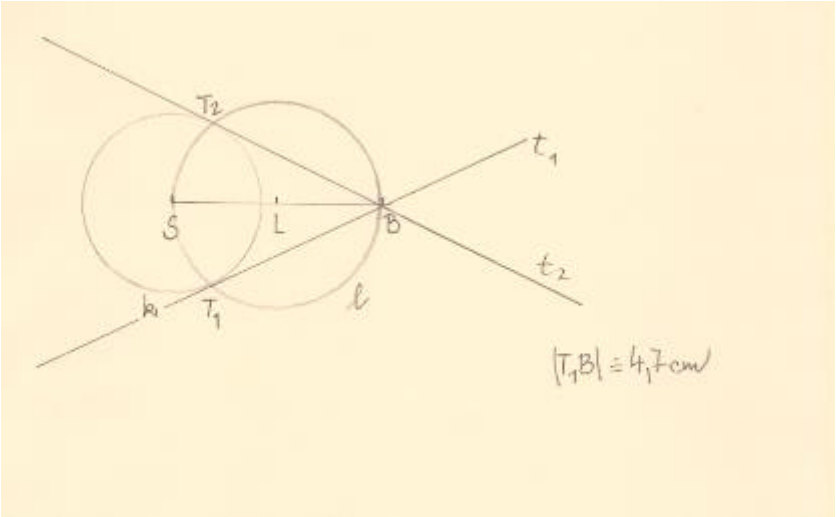
4. Narýsuj kružnici k (S: 2,1 cm) a vyznač bod B tak, aby |SB| = 5 cm. Sestroj tečny bodem B ke kružnici k a vypočítej vzdálenost bodu B od dotykových bodů těchto tečen.¨